EVALUATION : FIGURES USUELLES NOM : PRENOM : Classe :

NOTE	Observation(s) :
	CORRECTIONS

Exercice 1 : NATURE DES TRIANGLES ET DES QUADRILATERES 3pts

1) Quelle est la nature des triangles ?

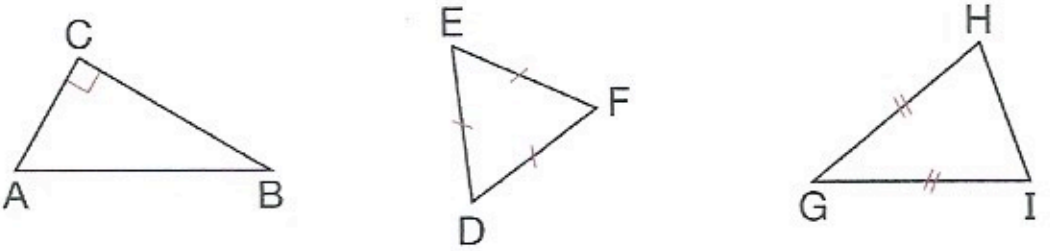

ABC est un triangle rectangle en C

EDF est un triangle équilatéral

GHI est un triangle isocèle en G

2) Quelle est la nature des quadrilatères ?

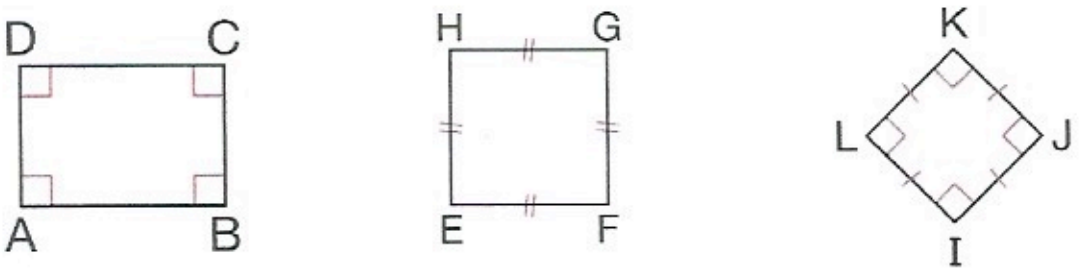

ABCD est un rectangle

EFGH est un losange

IJKL est un carré

RAPPEL !

1 - **AVANT** TOUTE CONSTRUCTION → UN **CROQUIS A MAIN LEVEE** ! (Bien complété !)

2 - LES CONSTRUCTIONS SE FONT AU **CRAYON** !

Exercice 2 : CONSTRUCTIONS 7,5pts

1) Construire le triangle ABC tel que AB = 4 cm, BC = 5 cm et AC = 3 cm

Schéma :

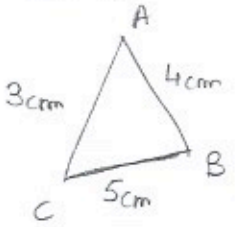

1

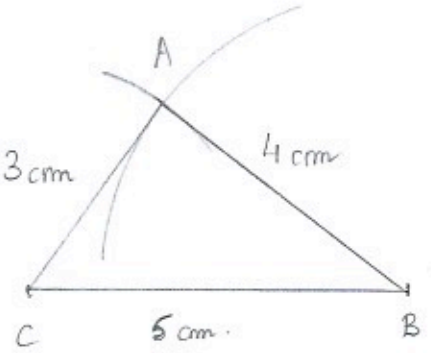

1,5

2) Construire le triangle IJK isocèle en K tel que IJ = 6 cm et JK = 4 cm

Schéma :

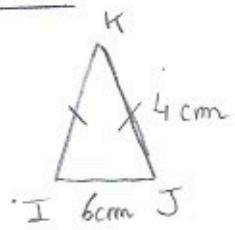

1,5

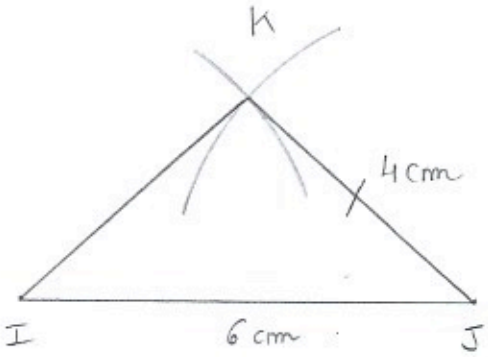

1,5

3) Construire le losange ABCD tel que BC = 5 cm et BD = 3 cm

Schéma :

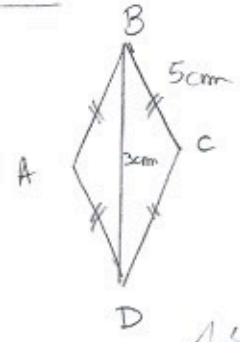

1,5

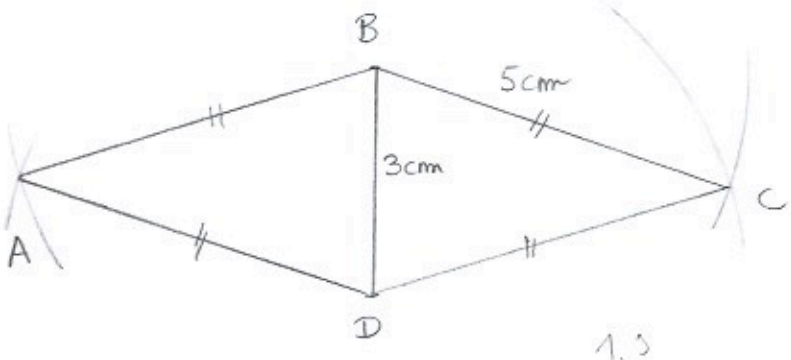

1,5

Exercice 3 : **CONSTRUCTIONS** 3pts

Reproduire en vraie grandeur la figure ci-contre.

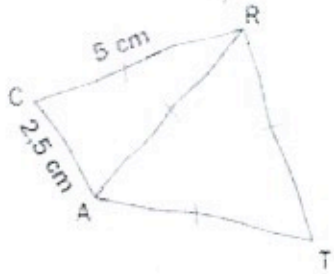

Pt 0,5

3pts → Codage 0,5
→ Constr. 1 Cal 1

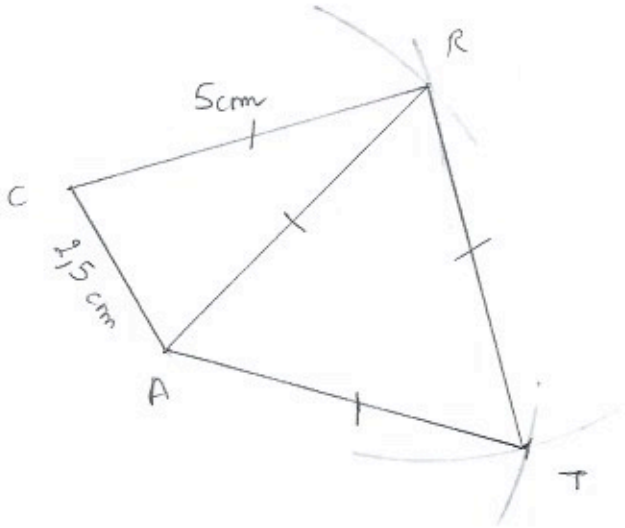

Exercice 4 : **Q.C.M**

5,5pts

12 x 0,5

Entoure la (ou les) bonne(s) réponse(s)
(Conseil : dessinez à main levée les figures décrites dans le cadre « schéma » !)

On considère un carré CILE.			*SCHEMA :* 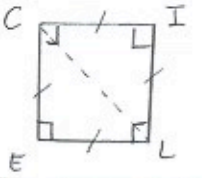	
On peut dire aussi que le quadrilatère :	CILE est un rectangle	CILE est un losange	CILE est un carré	LECI est un carré
Le triangle CIL est :	rectangle en I	isocèle en C	isocèle en I	rectangle en L

On considère le cercle de centre M et de diamètre 6 cm. Les points R et S sont deux points de ce cercle.			*SCHEMA :* 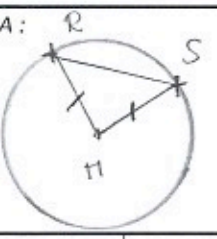	
Le triangle RMS est :	équilatéral	rectangle en M	isocèle en M	isocèle en R

Un triangle ABC est isocèle en C.			*SCHEMA :* 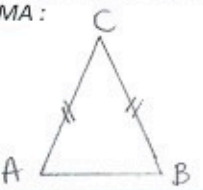	
On a donc :	AC = AB	AC = BC	AB = BC	AB = AC = BC

On considère un quadrilatère FOUR.			*SCHEMA :* 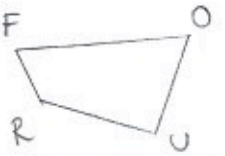	
Il se nomme aussi :	ROUF	OURF	RUOF	FORU

Un quadrilatère HIJK est un losange.			*SCHEMA :*	
On a donc :	HI = IJ	HJ = IK	IJ = KH	HI = HJ

Bon courage ☺