EVALUATION 6 : DROITES PERPENDICULAIRES ET DROITES PARALLELES

Soin des traces : 1

NOM : PRENOM :

OBSERVATION

CORRECTION

Exercice 1 : Droites sécantes, perpendiculaires et parallèles 2,5

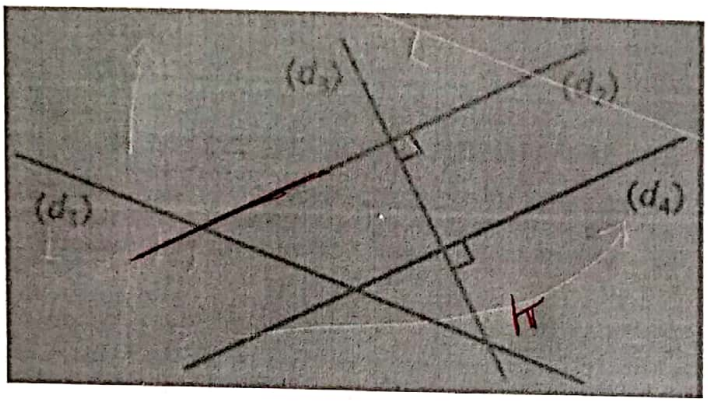

1) **Complète** en utilisant le **symbole** adapté :

(d3) ⊥ (d4) (d2) // (d4)

(d3) ⊥ (d4) 1,5

2) Sur la figure, **place** le point K intersection des droites (d1) et (d3) 0,5

3) Les droites (d1) et (d2) sont-elles sécantes ?

Oui !

(il suffit de prolonger (d2))

0,5

Exercice 2 : Questions de cours 3,5

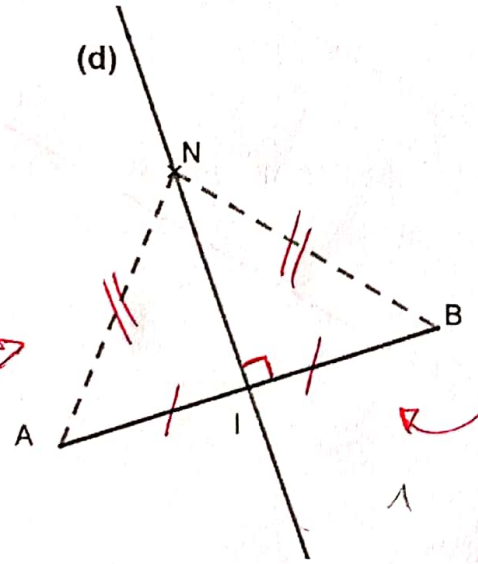

1

(d) est la **MEDIATRICE** du segment **[AB]** et **N ∈ (d)**

1) **a. Complète :**

Définition : La médiatrice d'un segment est la droite PERPENDICULAIRE à ce segment et qui passe par LE MILIEU du segment. 1

b. Code la figure d'après la définition.

2) **a. Complète :**

Propriété : Tous les points de la médiatrice d'un segment sont ÉQUIDISTANTS DES extrémités du segment.

à égale distance des 0,5

b. Code la figure en t'appuyant sur la propriété. 0,5

3) Quelle est **la distance du point N à la droite (AB)** ?

NI = 3 cm (mesure à la règle)

0,5

Scanné avec CamScanner

Exercice 3 : Construction de médiatrices 3

1) Construis la médiatrice du segment [AB] en utilisant **l'équerre**.
2) Construis la médiatrice du segment [EF] en utilisant **le compas**.
   Laissez apparents vos traits de construction.

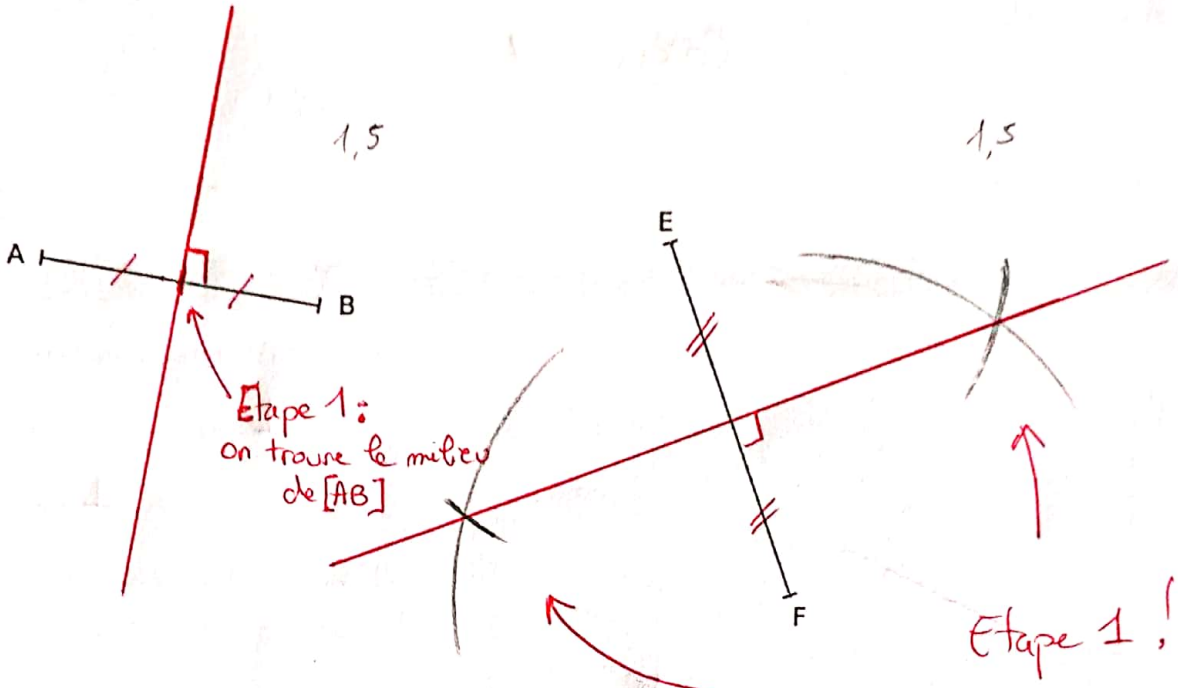

Exercice 4 : Constructions de droites perpendiculaires et parallèles & Propriétés 3,5

Sur la figure suivante :

1. Trace (d1) perpendiculaire à (d) passant par D
2. Trace (d2) perpendiculaire à (d) passant par C 0,5
3. Trace (d3) parallèle à (d) passant par E

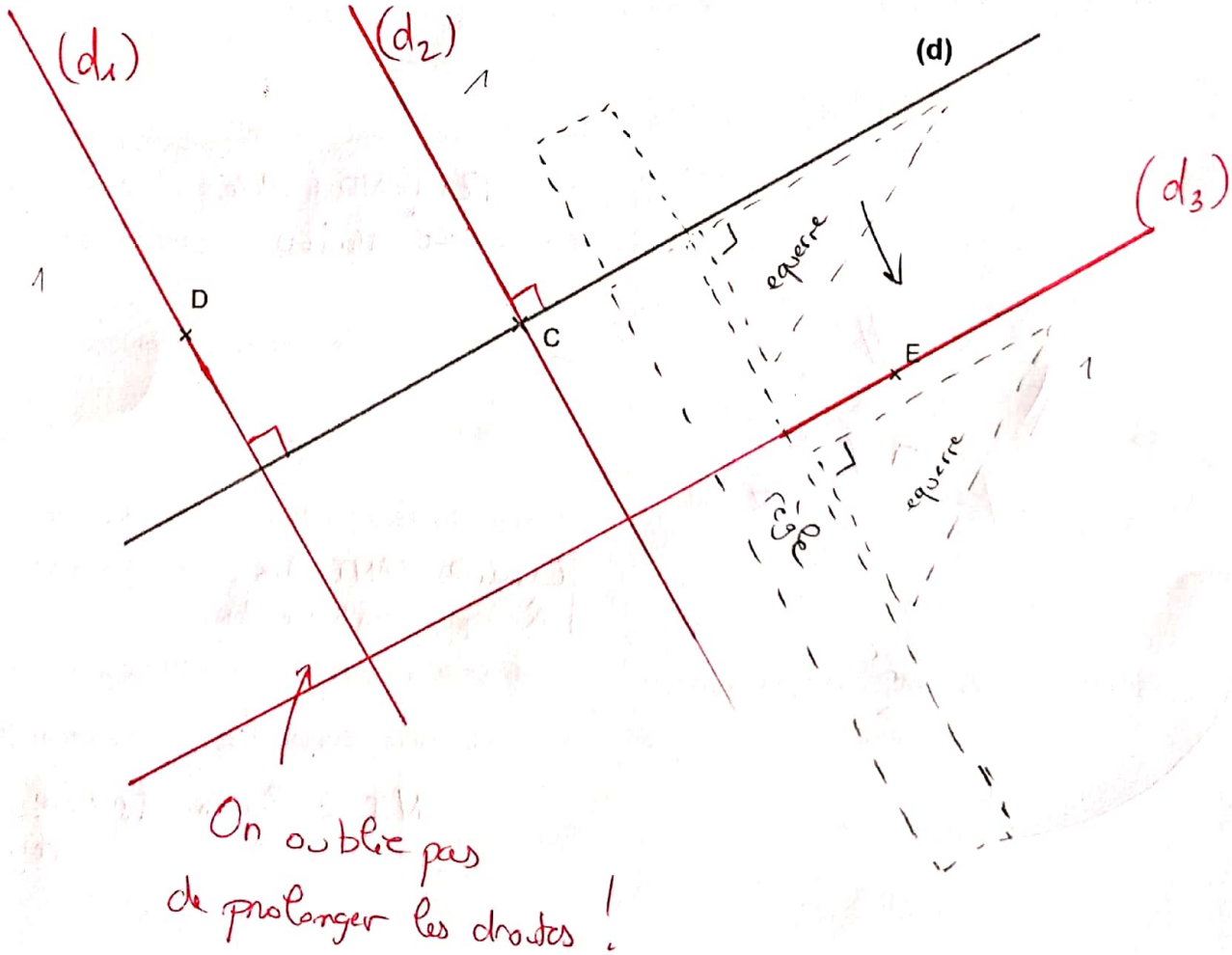

Scanné avec CamScanner

Exercice 5 : Propriétés sur les droites

3

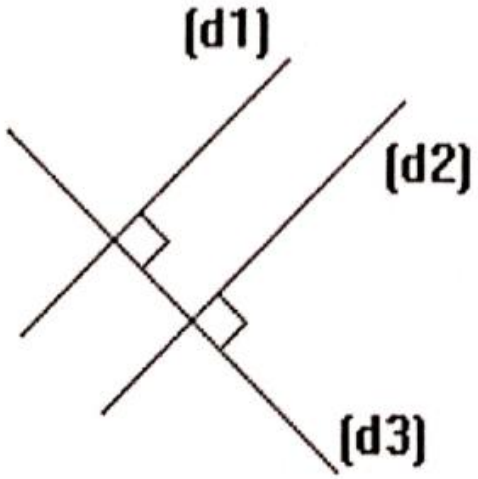

En te servant des informations sur la figure, que peut-on dire des droites (d1) et (d2) ? **Justifier.**

On sait que : $(d_1) \perp (d_3)$ et $(d_2) \perp (d_3)$

Or : Si deux droites sont perpendiculaires à une même droite, alors elles sont parallèles entre elles

Donc : $(d_1) \parallel (d_2)$

Exercice 6 : Triangle rectangle et cercle circonscrit

1) Construis le triangle ABC rectangle en C tel que AC = 6 cm et BC = 7 cm.
2) Construis O le centre du cercle circonscrit au triangle, puis trace ce cercle.

Croquis :

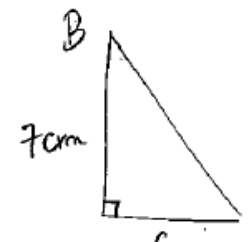

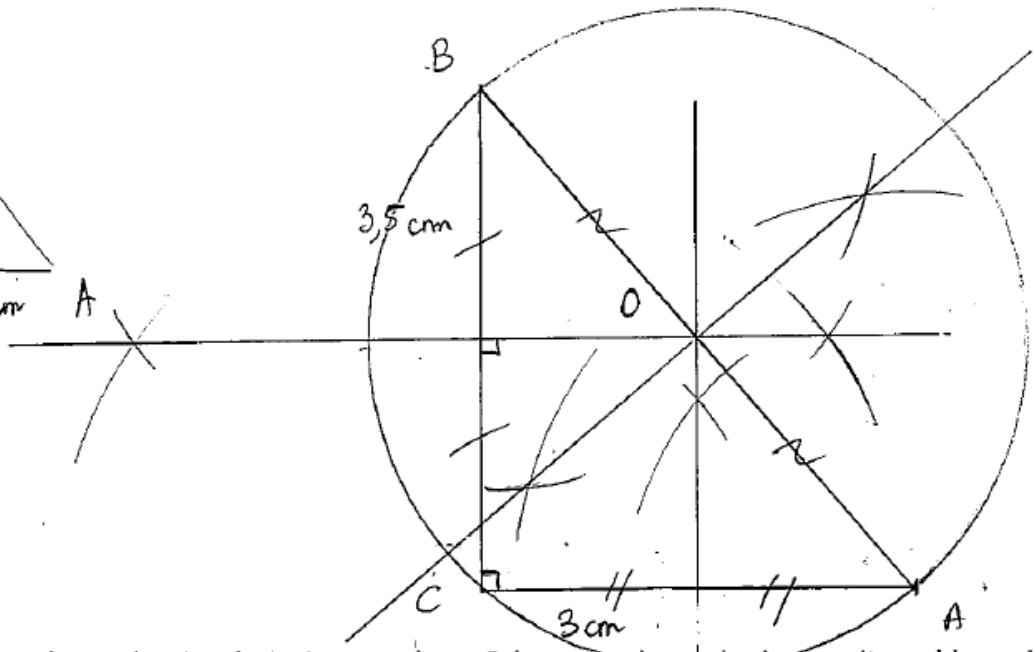

BONUS : **3)** Dans le triangle ABC rectangle en C, le centre du cercle circonscrit semble se situer à un emplacement particulier du côté [AB]. Lequel ?

Le centre du cercle circonscrit semble être le milieu du côté [AB]